LISTA 5

1) Para o modelo ER construa o modelo relacional.

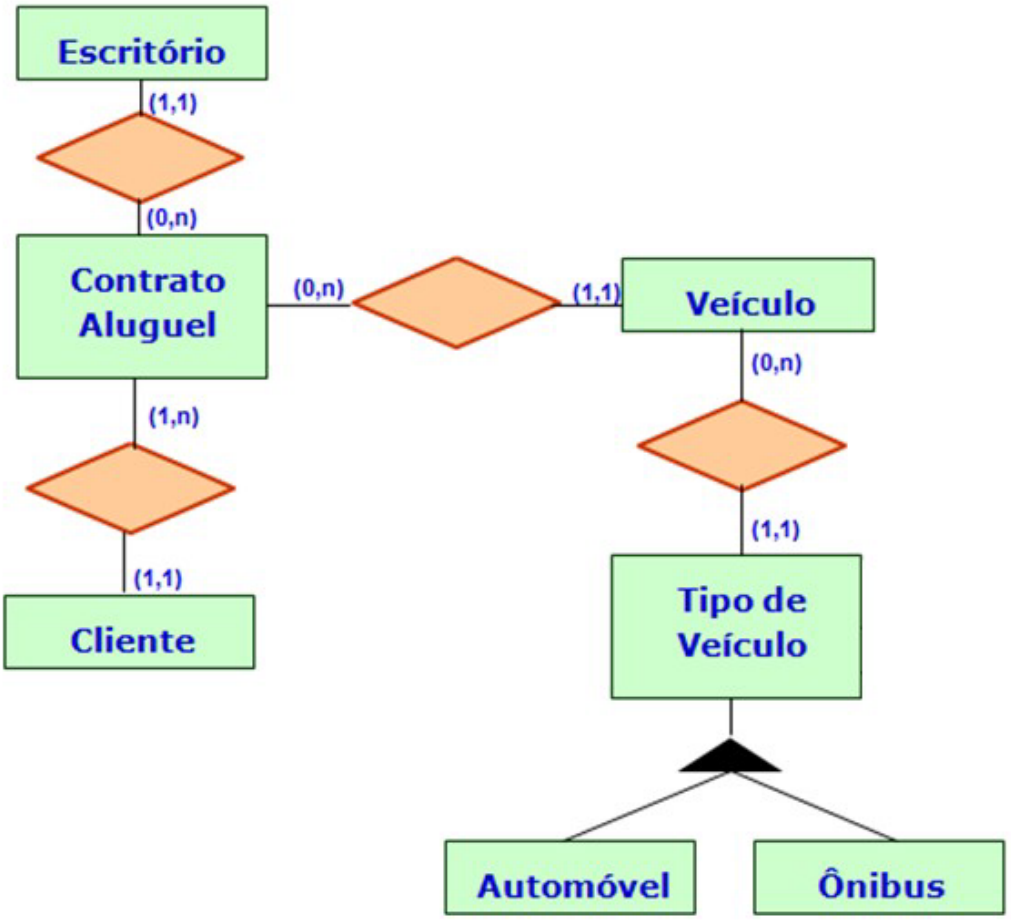

A seguir os atributos de cada entidade/relacionamento.

Escritorio (id-escritorio, local)

Cliente (num-cart-motorista, uf-cart-motorista, nome, endereco, telefone)

Contrato-Aluguel (id-contrato, data, duracao)

Veiculo (placa, ano, data-prox-manutencao)

Tipo-Veiculo (id-tipo, nome, ar-condicionado)

Automovel (num-portas, direcao-hidraulica, cambio-automatico, radio)

Onibus (num-passageiros, leito, leitor-dvd)

2) Para os atributos de cada entidade/relacionamento e mais detalhes construa o modelo ER com as cardinalidades máximas e mapeie o modelo ER para o modelo relacional.

Aluno (rgm, nome)

Curso (id-curso, nome, carga-horaria)

Disciplina (id-disc, nome, creditos)

Conceito (id-conceito, bimestre, nota)

Departamento (id-dep, nome)

Um aluno pode fazer vários cursos e num curso pode participar vários alunos. Um curso pode lotar várias disciplinas e cada uma pertence a um único departamento. Cada disciplina está lotada em um único curso. Num departamento pode ter várias disciplinas. Cada disciplina pode ter vários conceitos e cada conceito pertence a uma única disciplina.

3) Para os atributos de cada entidade/relacionamento e mais detalhes construa o modelo ER com as cardinalidades máximas e mapeie o modelo ER para o modelo relacional.

Produto (cod-prod, nome, unidade, preco)

Nota-Fiscal (id-nota, data, valor-total)

Item-Nota-Fiscal (quantidade, preco-venda)

Filial (id-filial, nome, cidade, uf)

Uma filial pode emitir várias notas fiscais e cada uma pertence a uma única filial. Numa nota fiscal pode conter vários produtos e cada um pode estar em várias notas fiscais.

4) Para os atributos de cada entidade/relacionamento construa o modelo ER com as cardinalidades máximas que melhor represente o "mini-mundo" que você achar conveniente e mapeie o modelo ER para o modelo relacional.

Paciente (cpf, nome, idade)

Convenio (id-conv, nome-operadora, quarto-apartamento)

Medico (crm, nome)

Especialidade (id-espec, nome)

Exame (id-exame, nome)

Internacao (id-ficha, data-entrada, data-saida)

5) Mapeia o modelo ER para o relacional de uma editora de lista telefônica.

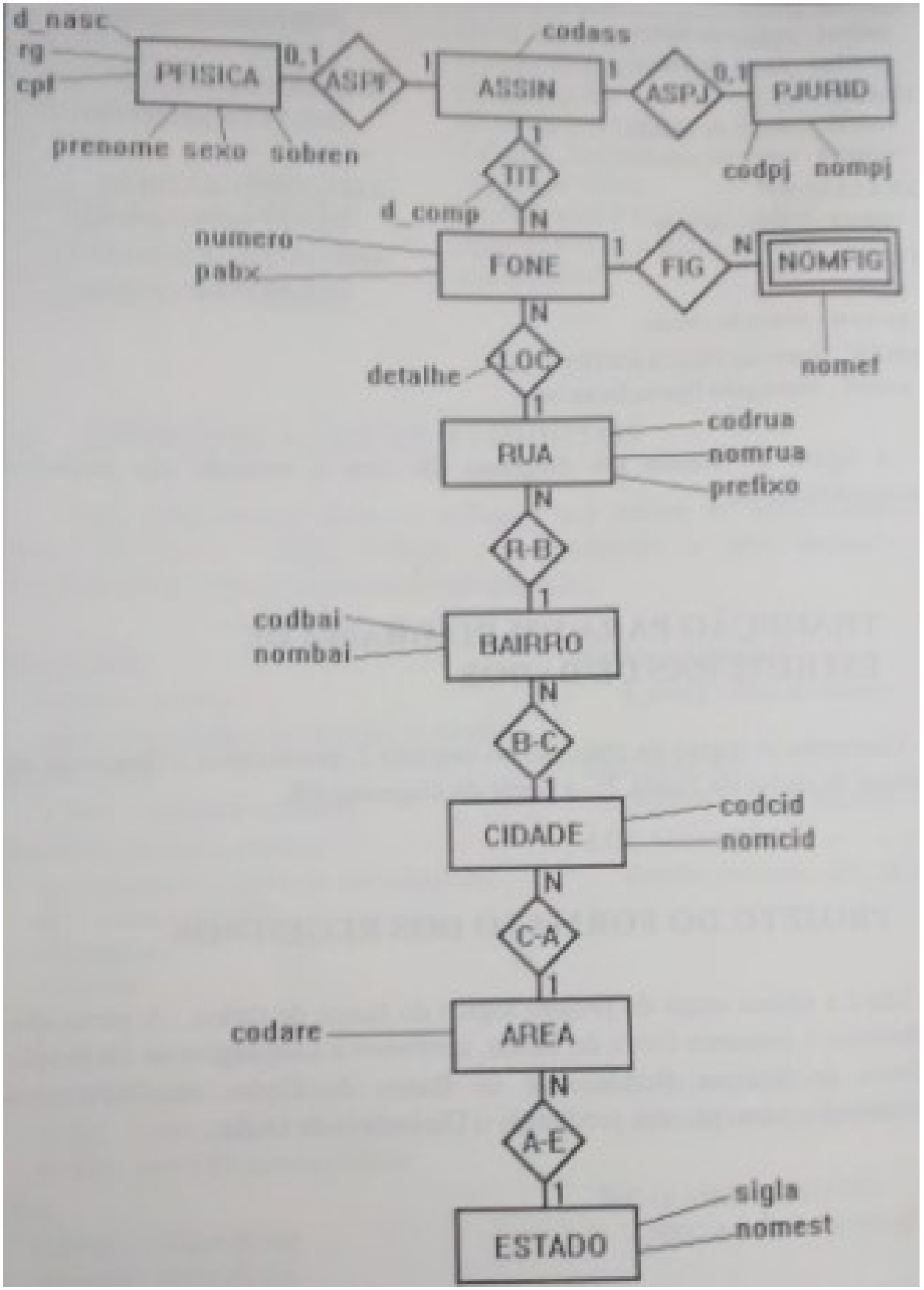

6) Mapeia o modelo ER para o relacional.

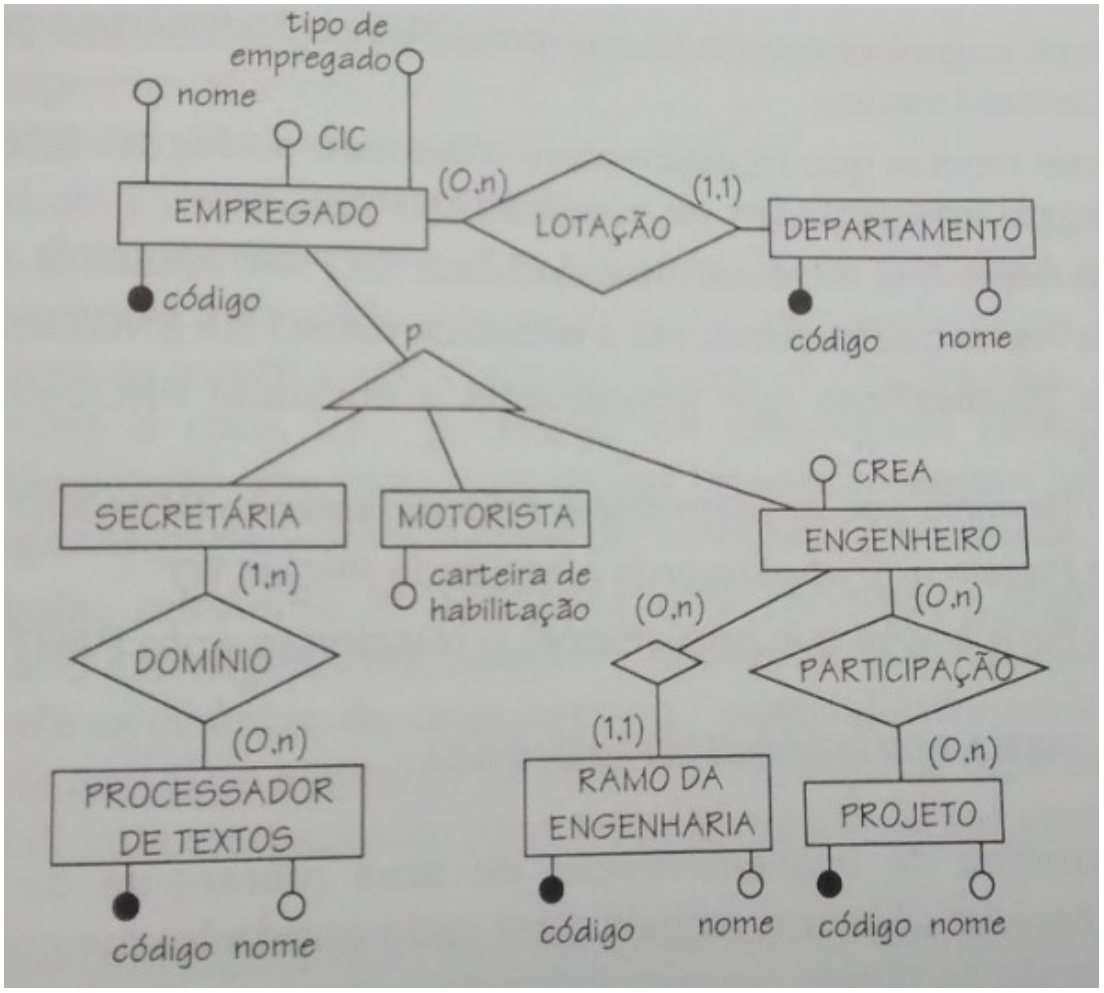

7) Resolva os exercícios a seguir do livro Sistemas de Banco de Dados - Elmasri & Navathe, 6ª Ed.

9.3; 9.4; 9.5; 9.6; 9.8; 9.9 (aplique no diagrama EER “computador”)